7~8 차시 / 11 뺄셈을 해 볼까요(2)

학습 목표

- 받아내림이 한 번 있는 (세 자리 수)−(세 자리 수)의 계산 결과를 어림할 수 있다.
- 받아내림이 한 번 있는 (세 자리 수)−(세 자리 수)의 계산 원리를 이해하고 계산할 수 있다.

수업의 흐름

도입	• 매일 책을 읽기 위한 방법 이야기하기
전개	• 받아내림이 한 번 있는 (세 자리 수)−(세 자리 수)의 계산 원리 알아보고 익히기 • 받아내림이 한 번 있는 (세 자리 수)−(세 자리 수)의 계산 방법 알아보기
정리	• 이 차시에서 배운 내용 확인하기

준비할 도구

- 수 모형

생각 깨우기

도하가 276쪽짜리 책을 읽고 있습니다.
128쪽까지 읽었을 때, 남은 쪽수는 몇 쪽일까요?

활동 1 남은 쪽수는 몇 쪽인지 알아봅시다. 준비물 1

- 어떻게 구할 수 있는지 식으로 나타내 보세요. 276−128
- 남은 쪽수는 몇 쪽인지 어림해 보세요. 예 약 200쪽
- 276−128을 수 카드로 계산해 보세요.

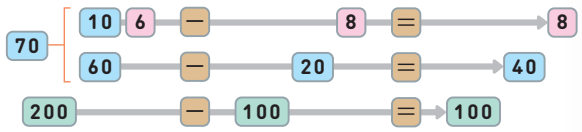

276−128= 148

20

- 남은 쪽수는 몇 쪽인지 말하고, 어림한 결과와 비교해 보세요.
148쪽, 예 어림한 결과가 계산한 결과보다 큽니다.

도입

- 도하의 새 학기 계획은 무엇인가요?
  - 매일 책 읽기입니다.
- 매일 책을 읽기 위한 방법을 이야기해 보세요.
  - 읽기 쉬운 책을 선택합니다.
  - 매일 책 읽는 시간을 정합니다.
  - 하루에 읽는 양을 무리하게 정하지 않도록 합니다.
- 이번 시간에는 받아내림이 한 번 있는 세 자리 수의 뺄셈에 대해 알아봅시다.

전개

1 남은 쪽수는 몇 쪽인지 수 카드로 알아보기

문제 해결 추론 의사소통

- 어떻게 구할 수 있는지 식으로 나타내 보세요.
  - 276−128입니다.
- 남은 쪽수는 몇 쪽인지 어림해 보세요.
  - 276은 300쯤으로, 128은 100쯤으로 생각하여 어림하면 약 200쪽입니다.
- 276과 128을 수 카드로 나타내 보세요.

276 → 6, 70, 200　　128 → 8, 20, 100

- 수 카드로 계산해 보세요.
  - 6에서 8을 뺄 수 없으므로 70에서 10을 받아내림하여 10 6에서 8을 빼면 8입니다.
  - 60에서 20을 빼면 40입니다.
  - 200에서 100을 빼면 100입니다.
  - 276−128=148입니다.
- 남은 쪽수는 몇 쪽인지 말해 보세요.
  - 148쪽입니다.

활동 2 276－128을 계산하는 방법을 알아봅시다.

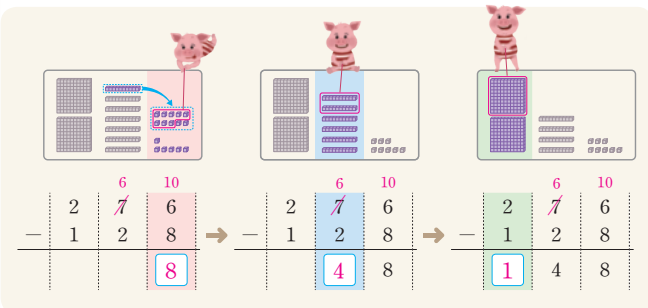

- 276－128을 계산하는 방법을 말해 보세요.
  예 각 자리 수끼리 뺀 값을 차례로 씁니다. 이때 일의 자리 수끼리 뺄 수 없으면 십의 자리에서 받아내림합니다.

활동 3 계산해 봅시다.

	5	7	3
－	3	4	5
	2	2	8

452－136＝316

	7	9	5
－	2	1	6
	5	7	9

687－538＝149

	9	0	5
－	4	2	1
	4	8	4

842－319＝523

21

- 어림한 결과와 비교해 보세요.
  - 어림한 결과는 200이고, 계산한 결과는 148입니다. 어림한 결과와 계산한 결과가 차이나므로 어림을 십의 자리까지 하는 것이 좋겠습니다.

지도 및 평가의 주안점

일의 자리 수끼리 계산할 때 6에서 8을 뺄 수 없으므로 십의 자리에서 10을 받아내림하여 16－8을 계산하였음을 강조한다.

2 276－128을 수 모형으로 계산하는 방법 알아보기

추론 의사소통

- 수 모형으로 276－128을 어떻게 계산할 수 있을까요?
  - 백 모형은 백 모형끼리, 십 모형은 십 모형끼리, 일 모형은 일 모형끼리 뺍니다.
- 일 모형끼리 뺄 수 있나요? 뺄 수 없다면 어떻게 해야 할까요?
  - 일 모형끼리 뺄 수 없으므로 십 모형 1개를 일 모형 10개로 바꾸어 일 모형 16개가 되도록 합니다.
- 일 모형끼리 빼면 일 모형은 몇 개인가요?
  - 8개입니다.

1 이 수업의 핵심 포인트

이 차시에서는 수 카드를 사용하여 받아내림이 한 번 있는 (세 자리 수)－(세 자리 수)의 계산 원리를 알아보고, 수 모형으로 같은 자리의 모형끼리 빼며 세로 셈으로 형식화하여 계산하는 것을 학습한다.

1 》 받아내림이 한 번 있는 (세 자리 수)－(세 자리 수)의 뺄셈을 수 카드로 나타내 같은 자리의 수 카드끼리 빼는 활동으로 뺄셈의 원리를 알게 한다. 일의 자리 수 카드끼리 뺄 수 없으므로 십의 자리 수 카드에서 받아내림하는 상황을 알게 한다.

2 》 받아내림이 한 번 있는 (세 자리 수)－(세 자리 수)의 뺄셈을 수 모형으로 계산할 때 십 모형 1개를 일 모형 10개로 바꾸는 활동을 통해 받아내림하는 과정을 알게 한다.

- 십 모형끼리 빼면 십 모형은 몇 개인가요?
  - 4개입니다.
- 백 모형끼리 빼면 백 모형은 몇 개인가요?
  - 1개입니다.
- 수 모형으로 276－128을 계산한 결과는 얼마인가요?
  - 148입니다.
- 276－128을 계산하는 방법을 말해 보세요.
  - 각 자리의 숫자끼리 맞추어 적고 일의 자리부터 십의 자리, 백의 자리까지 차례로 계산합니다.
  - 일의 자리 수끼리 뺄 수 없으면 십의 자리에서 받아내림하여 계산합니다.

3 받아내림이 한 번 있는 (세 자리 수)－(세 자리 수) 계산하기

- 계산해 보세요.
  - (계산 원리에 따라 계산한다.)

정리

- 이번 시간에 알게 된 내용을 이야기해 보세요.
- 다음 시간에는 받아내림이 두 번 있는 세 자리 수의 뺄셈에 대해 알아보겠습니다.

전자책등 자료 목록

- 본문 피디에프(PDF)
- 도입 영상
- 기초 학습지
- 형성 평가
- 활동지
- 체크리스트
- 자기 평가

온라인 수업 이렇게 진행해요

도입
- 매일 책을 읽기 위한 방법 이야기하기
  - [전자책등]의 도입 영상 시청하기
  - 매일 책을 읽기 위해서는 어떻게 해야 하는지 이야기하기
  - **생각 깨우기**의 문제 읽어 보기

전개
- 받아내림이 한 번 있는 (세 자리 수)−(세 자리 수)의 계산 원리 알아보고 익히기
  - [전자책등]의 수 카드 프로그램으로 설명하기
- 받아내림이 한 번 있는 (세 자리 수)−(세 자리 수)의 계산 방법 알아보기
  - [전자책등]의 수 모형 프로그램으로 설명하기

정리
- 이 차시에서 배운 내용 확인하기
  - [형성 평가] 풀어 보기

전자책등 활용

이런 활동을 할 수 있어요

받아내림이 한 번 있는 뺄셈 돌림판 놀이

[준비물] 활동지, 연필, 계산기

1. 2명이 각각 돌림판을 하나씩 돌린다.
2. 돌림판을 돌려 나온 두 수의 차를 한 사람은 종이에 써서 계산하고, 다른 한 사람은 계산기로 계산한다.
3. 다음번에는 종이와 계산기를 서로 바꾸어 계산한다.
4. 규칙과 방법을 바꾸어서 놀이를 할 수 있다.

전자책등 활용

참고 자료

- 주판을 이용한 덧셈과 뺄셈

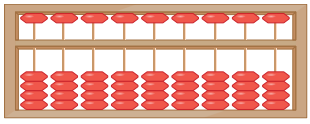

주판 사용법은 다음과 같다.

① 주판을 올바르게 정렬한다.
② 각 열마다 자릿값을 부여한다.
③ 아래 줄에 있는 알부터 계산을 시작한다.
④ "4/5 교환법"을 완료한다. (아래 줄에는 알이 4개밖에 없기 때문에 4에서 5가 되려면 윗알을 아래쪽으로 내리고, 아래 줄의 알 4개는 전부 아래쪽으로 내린다.)
⑤ 더 큰 수를 만들 때도 같은 과정을 반복한다.

[출처] 위키하우, 2021

과정 중심 평가

활동 1

학생 예상 반응	지도 예시
활동에 어려움이 없는 경우	수 카드를 이용하여 친구들에게 받아내림이 한 번 있는 (세 자리 수)−(세 자리 수)의 계산 방법을 설명하게 한다.
어림하기 어려워하는 경우	몇백이나 몇백몇십으로 어림하여 계산하게 한다.
수 카드로 계산하는 데 어려움이 있는 경우	6−8은 계산할 수 없으므로 70에서 10을 가져와 16−8을 계산해야 함을 이해하게 한다.

활동 2

학생 예상 반응	지도 예시
활동에 어려움이 없는 경우	수 모형을 이용하여 친구들에게 받아내림이 한 번 있는 (세 자리 수)−(세 자리 수)의 계산 방법을 설명하게 한다.
받아내림이 있는 계산에 어려움이 있는 경우	수 모형을 직접 조작하여 십 모형 1개를 일 모형 10개로 받아내림하여 계산하는 과정을 이해하게 한다.

활동 3

학생 예상 반응	지도 예시
활동에 어려움이 없는 경우	받아내림이 한 번 있는 (세 자리 수)−(세 자리 수)에 대한 다양한 유형의 문제를 해결하게 한다.
계산하는 데 어려움이 있는 경우	십의 자리에서 일의 자리로 받아내림해야 하는 상황을 알게 하고, 수 모형을 직접 조작하여 일 모형 10개는 십 모형 1개와 같음을 이해하게 한다.

보충·심화 자료

- **보충 자료** | 동전 모형으로 세 자리 수의 뺄셈하기

  예 254−125

  ① 254를 동전 모형으로 만든다.
  ② 10원짜리 동전 한 개를 1원짜리 동전 10개로 바꾼다.
  ③ 125만큼 동전 모형을 뺀다.

- **심화 자료** | 수 카드로 세 자리 수를 만들고, 차 구하기

  5 6 2 3

  ① 수 카드 4장 중 3장을 골라 가장 큰 세 자리 수를 만든다.
  ② 수 카드 4장 중 3장을 골라 가장 작은 세 자리 수를 만든다.
  ③ 만든 두 수의 차를 구한다.

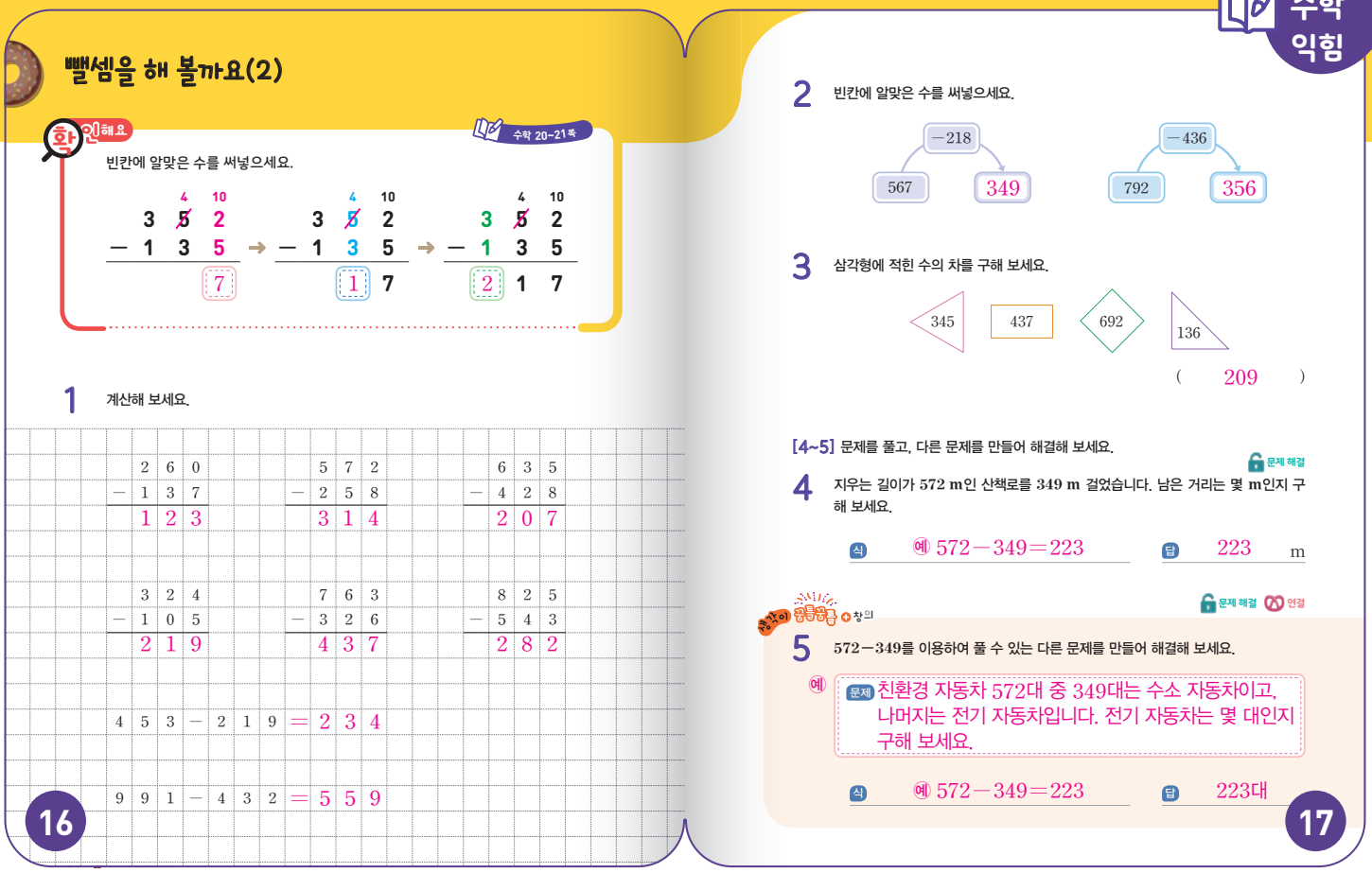

뺄셈을 해 볼까요(2)

확인해요 수학 20~21쪽

빈칸에 알맞은 수를 써넣으세요.

			4	10				4	10				4	10			
	3		~~5~~	2		3		~~5~~	2		3		~~5~~	2			
−	1		3	5	→	− 1		3	5	→	− 1		3	5			
			7					1	7		2		1	7			

1 계산해 보세요.

	2	6	0			5	7	2			6	3	5				
−	1	3	7		−	2	5	8		−	4	2	8				
	1	2	3			3	1	4			2	0	7				
	3	2	4			7	6	3			8	2	5				
−	1	0	5		−	3	2	6		−	5	4	3				
	2	1	9			4	3	7			2	8	2				
4	5	3	−	2	1	9	=	2	3	4							
9	9	1	−	4	3	2	=	5	5	9							

16

수학 익힘

2 빈칸에 알맞은 수를 써넣으세요.

−218 → 567, 349

−436 → 792, 356

3 삼각형에 적힌 수의 차를 구해 보세요.

345, 437, 692, 136

(209)

[4~5] 문제를 풀고, 다른 문제를 만들어 해결해 보세요.

문제 해결

4 지우는 길이가 572 m인 산책로를 349 m 걸었습니다. 남은 거리는 몇 m인지 구해 보세요.

식 예 572−349=223 답 223 m

생각이 몽글몽글 창의 문제 해결 연결

5 572−349를 이용하여 풀 수 있는 다른 문제를 만들어 해결해 보세요.

예 문제 친환경 자동차 572대 중 349대는 수소 자동차이고, 나머지는 전기 자동차입니다. 전기 자동차는 몇 대인지 구해 보세요.

식 예 572−349=223 답 223대

17

문항 분석

	평가 내용
1	받아내림이 한 번 있는 세 자리 수의 뺄셈하기
2	받아내림이 한 번 있는 세 자리 수의 뺄셈하기
3	삼각형에 적힌 두 수의 차 구하기
4	받아내림이 한 번 있는 세 자리 수의 뺄셈을 이용하여 실생활 문제 해결하기
5	주어진 뺄셈을 이용하여 문제를 만들고 해결하기

교과 역량

4 문제 해결

주어진 조건 및 정보를 파악하고 문제에서 구하고자 하는 것을 받아내림이 없는 세 자리 수의 뺄셈으로 해결하는 과정을 통해 문제 해결 능력을 기른다.

학생 예상 반응	지도 예시
문제를 해결하는 데 어려움이 없는 경우	문제 해결 과정을 다른 친구들에게 설명해 보게 한다. 다른 친구의 설명을 들을 때에는 경청하는 태도를 가지도록 지도한다.
계산하는 데 어려움이 있는 경우	수 카드나 수 모형으로 받아내림이 한 번 있는 (세 자리 수)−(세 자리 수)의 계산 원리를 이해하고, 일의 자리부터 차례로 계산하게 한다.
뺄셈을 만드는 데 어려움이 있는 경우	두 수를 빼야 하는 상황임을 지도하고, 뺄셈으로 계산하기 위해서는 큰 수에서 작은 수를 빼야 함을 알게 한다.

5 문제 해결 연결

수학적 표현을 보고 정확하게 이해하여 문제를 만들고 해결하는 과정을 통해 수학적 표현의 편리함을 인식하고 문제 해결과 능력과 연결 능력을 기른다.

학생 예상 반응	지도 예시
문제를 해결하는 데 어려움이 없는 경우	다양한 문제를 만들어 보며 문제 해결 과정을 설명해 보게 한다.
주어진 뺄셈에 알맞은 문제는 만들었으나 계산하는 데 어려움이 있는 경우	수 카드 또는 수 모형을 통한 조작 활동을 하여 일의 자리 수끼리, 십의 자리 수끼리, 백의 자리 수끼리 빼게 한다.
주어진 뺄셈에 알맞은 문제를 만드는 데 어려움이 있는 경우	뺄셈이 적용되는 상황을 예시로 알려주고, 뺄셈이 일어날 수 있는 상황을 생각해 보게 하면서 문제를 만들 수 있도록 지도한다.

학습 목표

- 받아내림이 두 번 있는 (세 자리 수)−(세 자리 수)의 계산 결과를 어림할 수 있다.
- 받아내림이 두 번 있는 (세 자리 수)−(세 자리 수)의 계산 원리를 이해하고 계산할 수 있다.

수업의 흐름

도입 • 지난 시간에 배운 내용 떠올리기

전개 • 받아내림이 두 번 있는 (세 자리 수)−(세 자리 수)의 계산 방법 알아보기

정리 • 이 차시에서 배운 내용 확인하기

준비할 도구

- 수 모형

도입

- 지난 시간에 배운 내용은 무엇인가요?
  - 받아내림이 한 번 있는 (세 자리 수)−(세 자리 수)의 계산 방법을 배웠습니다.
- 이번 시간에는 무엇을 공부하게 될까요?
  - 받아내림이 두 번 있는 (세 자리 수)−(세 자리 수)의 계산 방법을 공부할 것 같습니다.
- 이번 시간에는 받아내림이 두 번 있는 세 자리 수의 뺄셈에 대해 알아봅시다.

전개

4 '급식 남기지 않기' 행사에 오늘은 어제보다 몇 명 더 많이 참여했는지 알아보기 문제 해결 의사소통

- 어떻게 구할 수 있는지 식으로 나타내 보세요.
  - 324−186입니다.
- 수 모형으로 324−186을 어떻게 계산할 수 있을까요?
  - 백 모형은 백 모형끼리, 십 모형은 십 모형끼리, 일 모형은 일 모형끼리 뺍니다.
- 일 모형끼리 뺄 수 있나요? 뺄 수 없다면 어떻게 해야 할까요?
  - 일 모형끼리 뺄 수 없으므로 십 모형 1개를 일 모형 10개로 바꾸어 일 모형 14개가 되도록 합니다.
- 일 모형끼리 빼면 일 모형은 몇 개인가요?
  - 8개입니다.

활동 4 '급식 남기지 않기' 행사에 어제는 186명, 오늘은 324명 참여했습니다. 오늘은 어제보다 몇 명 더 많이 참여했는지 알아봅시다.

- 어떻게 구할 수 있는지 식으로 나타내 보세요.
  324−186
- 324−186을 계산하는 방법을 알아보세요.

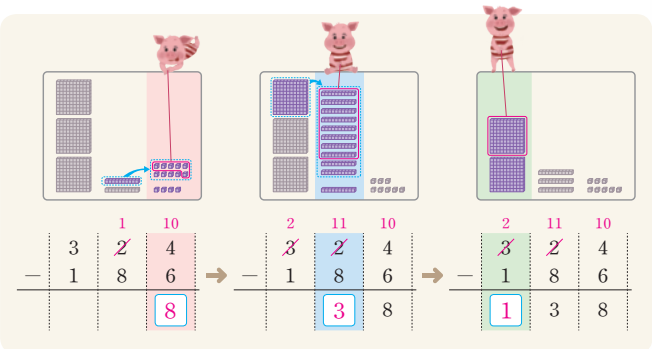

- 오늘은 어제보다 몇 명 더 많이 참여했나요? 138명

활동 5 계산해 봅시다.

	3	5	3
−	1	9	6
	1	5	7

	4	4	1
−	1	7	3
	2	6	8

	9	0	5
−	4	9	7
	4	0	8

525−269=256　　732−358=374　　913−467=446

- 십 모형끼리 뺄 수 있나요? 뺄 수 없다면 어떻게 해야 할까요?
  - 십 모형끼리 뺄 수 없으므로 백 모형 1개를 십 모형 10개로 바꾸어 십 모형 11개가 되도록 합니다.
- 십 모형끼리 빼면 십 모형은 몇 개인가요?
  - 3개입니다.
- 백 모형끼리 빼면 백 모형은 몇 개인가요?
  - 1개입니다.
- 수 모형으로 324−186을 계산한 결과는 얼마인가요?
  - 138입니다.
- 오늘은 어제보다 몇 명 더 많이 참여했나요?
  - 138명 더 많이 참여했습니다.

지도 및 평가의 주안점

십 모형 1개를 일 모형 10개로, 백 모형 1개를 십 모형 10개로 바꾸는 두 번의 조작 활동을 통해 받아내림이 두 번 있는 뺄셈의 계산 원리를 스스로 이해하게 한다.

5 받아내림이 두 번 있는 (세 자리 수)−(세 자리 수) 계산하기

- 계산해 보세요.
  - (계산 원리에 따라 계산한다.)

아차! 조심조심

활동 6 지우와 수아가 432－158을 계산한 것입니다. 잘못 계산한 친구를 찾고, 그렇게 생각한 이유를 말해 봅시다.

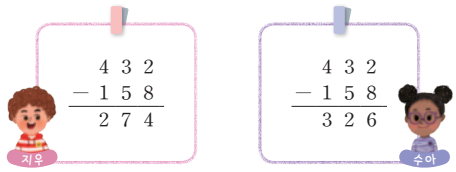

수아, 예 432에서 158을 빼지 않고 각 자리의 계산에서 큰 수에서 작은 수를 뺐기 때문입니다.

아하! 문제 해결

활동 7 해님 빵집에서 하루에 빵을 512개만 만들어 파는데 오전에 296개를 팔았습니다. 오후에 빵 187개를 주문하는 전화가 걸려 왔을 때, 주문받은 개수만큼 빵을 팔 수 있는지 알아봅시다.

- 오전에 팔고 남은 빵은 몇백 개쯤인가요? 예 약 200개 팔 수 있습니다. 예 주문받은 빵은 187개이고, 오전에 팔고 남은 빵은 약 200개이므로 주문받은 개수만큼 빵을 팔 수 있습니다.

덧셈과 뺄셈의 어림은 실생활에서 도움이 많이 돼.

- 주문받은 개수만큼 빵을 팔 수 있나요? 그렇게 생각한 이유를 말해 보세요.

23

6 잘못 계산한 친구를 찾고, 그렇게 생각한 이유 알아보기

추론 의사소통

- 지우와 수아가 계산하려는 것은 무엇인가요?
  - 432－158입니다.
- 지우가 계산한 과정을 말해 보세요.
  - 일의 자리는 십의 자리에서 받아내림하여 12－8＝4로, 십의 자리는 백의 자리에서 받아내림하여 12－5＝7로, 백의 자리는 3－1＝2로 계산했습니다.
- 수아가 계산한 과정을 말해 보세요.
  - 일의 자리는 8－2＝6으로, 십의 자리는 5－3＝2로, 백의 자리는 4－1＝3으로 계산했습니다.
- 잘못 계산한 친구를 찾고, 그렇게 생각한 이유를 말해 보세요.
  - 잘못 계산한 친구는 수아입니다. 왜냐하면 432에서 158을 빼지 않고 각 자리의 계산에서 큰 수에서 작은 수를 뺐기 때문입니다.

1 이 수업의 핵심 포인트

이 차시에서는 수 모형으로 같은 자리의 모형끼리 빼며 세로 셈으로 형식화하여 능숙하게 계산하는 것을 학습한다.

4 》 받아내림이 두 번 있는 (세 자리 수)－(세 자리 수)의 뺄셈을 수 모형으로 계산할 때 십 모형 1개를 일 모형 10개로 바꾸고, 백 모형 1개를 십 모형 10개로 바꾸는 활동을 통해 받아내림하는 과정을 알게 한다.

6 》 받아내림이 두 번 있는 (세 자리 수)－(세 자리 수)의 세로 셈에서 잘못된 곳을 찾아 자신의 생각해 표현하며 의사소통 능력을 기를 수 있게 한다.

지도 경험을 나누어요

받아내림이 있는 뺄셈의 오류는 어떤 것이 있나요?

세로 셈으로 세 자리 수의 뺄셈을 할 경우 같은 자리의 수끼리 뺀다는 것은 대부분 알고 있습니다. 하지만 활동 6의 경우처럼 일의 자리 계산 2－8에서 계산이 되지 않으므로 받아내림을 해야 하는데 보이는 대로 8－2로 계산하는 경우가 있습니다. 이때는 뺄셈의 계산 원리에 따라 피감수에서 감수를 빼야 함을 반복해서 연습하게 합니다.

7 주문받은 개수만큼 빵을 팔 수 있는지 어림하여 알아보기

문제 해결

- 빵의 개수를 몇백 개쯤으로 생각하여 오전에 팔고 남은 빵의 개수를 어림해 보세요.
  - 512는 500쯤으로, 296은 300쯤으로 생각하여 어림하면 남은 빵은 약 200개입니다.
- 주문받은 개수만큼 빵을 팔 수 있나요? 그렇게 생각한 이유를 말해 보세요.
  - 주문받은 빵은 187개이고, 오전에 팔고 남은 빵은 약 200개이므로 주문받은 개수만큼 빵을 팔 수 있습니다.

지도 및 평가의 주안점

실생활에서 어림하여 값을 구해야 하는 상황을 자주 접할 수 있음을 설명하고, 어림의 필요성을 알게 한다.

정리

- 이번 시간에 알게 된 내용을 이야기해 보세요.
- 다음 시간에는 놀이를 통해 이 단원에서 배운 내용을 확인해 보겠습니다.

전자책등 자료 목록

- 본문 피디에프(PDF)
- 기초 학습지
- 형성 평가
- 수행 평가
- 활동지
- 체크리스트
- 자기 평가

온라인 수업 이렇게 진행해요

도입
- 지난 시간에 배운 내용 떠올리기
  - 지난 시간에 배운 내용 이야기하기
  - 이번 시간에 배울 내용 생각해 보기

전개
- 받아내림이 두 번 있는 (세 자리 수)−(세 자리 수)의 계산 방법 알아보기
  - [전자책등]의 수 모형 프로그램으로 설명하기

정리
- 이 차시에서 배운 내용 확인하기
  - [형성 평가] 풀어 보기

전자책등 활용

이런 활동을 할 수 있어요

덧셈과 뺄셈 징검다리

[준비물] 활동지, 말(지우개 또는 공깃돌), 주사위

1. 덧셈 카드와 뺄셈 카드를 각각 뒷면이 보이도록 놓고, 각자 출발 위치에 말을 놓는다.
2. 가위바위보로 순서를 정한 뒤 주사위를 던져 주사위의 눈의 수만큼 징검다리를 이동한다.
3. '+'가 나오면 덧셈 카드를, '−'가 나오면 뺄셈 카드를 한 장 가져와 계산한다. 이때 상대방은 계산기를 사용하여 답이 맞는지 확인한다.
4. 바르게 계산했으면 말을 그대로 두고, 잘못 계산했으면 원래 자리로 이동한다.
5. 도착 지점에 먼저 도착하면 이긴다.

전자책등 활용

보충·심화 자료

- **보충 자료 |** □ 안의 숫자 14가 실제로 나타내는 값은 얼마인지 구하기

$$\begin{array}{r} {\scriptstyle 6}\ \boxed{{\scriptstyle 14}}\ {\scriptstyle 10} \\ \cancel{7}\ \cancel{5}\ 3 \\ -\ 4\ 8\ 9 \\ \hline 2\ 6\ 4 \end{array}$$

- **심화 자료 |** 길이가 3 m인 리본에서 134 cm만큼 잘라 사용했을 때, 남은 리본의 길이 구하기

과정 중심 평가

활동 4, 활동 5

학생 예상 반응	지도 예시
활동에 어려움이 없는 경우	친구들에게 받아내림이 두 번 있는 (세 자리 수)−(세 자리 수)의 계산 방법을 설명하게 한다.
받아내림이 두 번 있는 뺄셈을 계산하는 데 어려움이 있는 경우	수 카드나 수 모형 조작 활동을 통해 계산 원리를 이해하게 한 다음 세로 셈으로 형식화하게 한다.

활동 6

학생 예상 반응	지도 예시
활동에 어려움이 없는 경우	다른 유형의 오류 문제를 제시하여 해결하게 한다.
잘못 계산한 이유를 말하는 데 어려움이 있는 경우	받아내림 표시를 꼭 하도록 지도하고 피감수에서 감수를 빼야 함을 반복해서 연습하게 한다.

활동 7

학생 예상 반응	지도 예시
활동에 어려움이 없는 경우	어림한 과정을 설명하게 하고, 어림한 결과와 계산한 결과를 비교해 보게 한다.
몇백으로 어림하는 데 어려움이 있는 경우	512는 500과 600 중, 296은 200과 300 중 어느 수에 더 가까운지 질문하여 가까운 수로 어림한 후 문제를 해결할 수 있게 한다.

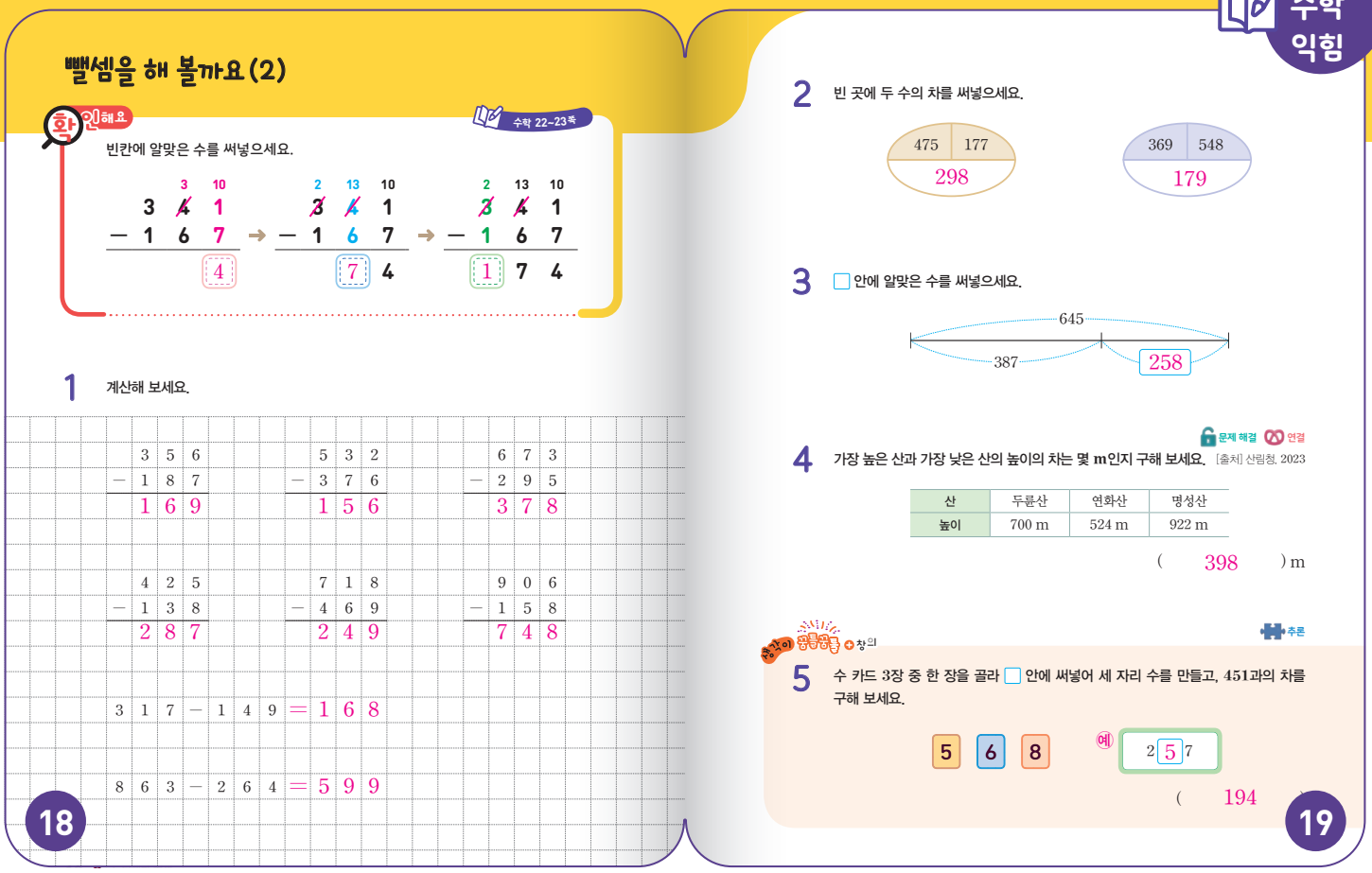

뺄셈을 해 볼까요 (2)

확인해요 수학 22~23쪽

빈칸에 알맞은 수를 써넣으세요.

		3	10			2	13	10			2	13	10		
	3	~~4~~	1			~~3~~	~~4~~	1			~~3~~	~~4~~	1		
−	1	6	7	→	−	1	6	7	→	−	1	6	7		
			4				7	4			1	7	4		

1 계산해 보세요.

	3	5	6			5	3	2			6	7	3		
−	1	8	7		−	3	7	6		−	2	9	5		
	1	6	9			1	5	6			3	7	8		
	4	2	5			7	1	8			9	0	6		
−	1	3	8		−	4	6	9		−	1	5	8		
	2	8	7			2	4	9			7	4	8		
3	1	7	−	1	4	9	=	1	6	8					
8	6	3	−	2	6	4	=	5	9	9					

18

2 빈 곳에 두 수의 차를 써넣으세요.

475	177
298	

369	548
179	

3 □ 안에 알맞은 수를 써넣으세요.

645
387 258

문제 해결 연결

4 가장 높은 산과 가장 낮은 산의 높이의 차는 몇 m인지 구해 보세요. [출처] 산림청, 2023

산	두륜산	연화산	명성산
높이	700 m	524 m	922 m

(398) m

추론

창의

5 수 카드 3장 중 한 장을 골라 □ 안에 써넣어 세 자리 수를 만들고, 451과의 차를 구해 보세요.

5 6 8

예 2 5 7

(194)

19

문항 분석

	평가 내용
1	받아내림이 두 번 있는 세 자리 수의 뺄셈하기
2	받아내림이 두 번 있는 세 자리 수의 뺄셈하기
3	받아내림이 두 번 있는 세 자리 수의 뺄셈하기
4	가장 높은 산과 가장 낮은 산의 높이의 차 구하기
5	수 카드 한 장을 골라 세 자리 수를 만들고 451과의 차 구하기

교과 역량

4 문제 해결 연결

주어진 정보에서 가장 높은 산과 가장 낮은 산을 찾고 받아내림이 두 번 있는 뺄셈을 이용하여 두 산의 높이의 차를 구하는 과정을 통해 수학의 유용성을 인식하며 문제 해결 능력과 연결 능력을 기른다.

학생 예상 반응	지도 예시
문제를 해결하는 데 어려움이 없는 경우	문제 해결 과정을 설명해 보게 한다.
계산하는 데 어려움이 있는 경우	세로 셈으로 나타내 일의 자리부터 차례로 계산하게 하고, 십의 자리와 백의 자리에서 받아내림이 있음을 알게 한다.
뺄셈을 만드는 데 어려움이 있는 경우	세 산의 높이를 비교하여 수가 가장 큰 것과 가장 작은 것을 찾아 큰 수에서 작은 수를 빼야 함을 알게 한다.

5 추론

수 카드 중 한 장을 골라 세 자리 수를 만들고, 451과의 차를 구하는 과정을 통해 추론 능력을 기른다.

학생 예상 반응	지도 예시
문제를 해결하는 데 어려움이 없는 경우	문제 해결 과정을 설명해 보게 한다.
계산하는 데 어려움이 있는 경우	세로 셈으로 나타내 일의 자리부터 차례로 계산하게 하고, 십의 자리와 백의 자리에서 받아내림이 있음을 알게 한다.
문제를 이해하는 데 어려움이 있는 경우	□ 안에 5, 6, 8을 한 번씩 써넣어 세 자리 수를 만들고, 451에서 만든 수를 빼도록 지도한다.