4~5 차시 / 9 (몇십몇)×(몇)을 알아볼까요(2)

학습 목표

- 십의 자리에서 올림이 있는 (몇십몇)×(몇)의 계산 결과를 어림할 수 있다.
- 십의 자리에서 올림이 있는 (몇십몇)×(몇)의 계산 원리와 형식을 이해하고 계산할 수 있다.

수업의 흐름

도입	• 드론을 보거나 조작했던 경험 이야기하기
전개	• 십의 자리에서 올림이 있는 (몇십몇)×(몇)의 계산 결과를 어림하기 • 십의 자리에서 올림이 있는 (몇십몇)×(몇)의 계산 원리와 형식을 이해하고 계산하기
정리	• 이 차시에서 배운 내용 확인하기

준비할 도구

- 수 모형

(몇십몇)×(몇)을 알아볼까요(2)

드론 체험장

생각 깨우기

드론 날리기 체험에 한 학교에서 52명씩 3개의 학교에서 참여했습니다. 참여한 학생은 모두 몇 명일까요?

수학익힘 58~61쪽

활동 1 참여한 학생은 모두 몇 명인지 알아봅시다.

- 구하려는 것을 곱셈으로 나타내고, 어림해 보세요.
  52×3, 예 약 150명
- 수 모형을 이용하여 구해 보세요.

50 × 3 2 × 3

52 × 3 = 150 + 6 = 156

88

- 학생은 모두 몇 명인지 말하고, 어림한 결과와 비교해 보세요.
  156명, 예 어림한 결과는 150이고, 계산한 결과는 156이므로 6만큼 차이가 납니다. 어림한 결과와 계산한 결과가 비슷합니다.

도입

- 드론을 보거나 조작했던 경험을 이야기해 보세요.
  - 드론 체험장에서 드론을 날려 보면서 조작해 보았던 적이 있습니다.
  - 드론 쇼에서 드론들이 하늘에 아름다운 그림을 그리는 것을 본 적이 있습니다.
- 이번 시간에는 십의 자리에서 올림이 있는 (몇십몇)×(몇)에 대해 알아봅시다.

전개

1 참여한 학생은 모두 몇 명인지 수 모형으로 알아보기

문제 해결 추론 의사소통

- 구하려는 것을 곱셈으로 나타내 보세요.
  - 52×3입니다.
- 참여한 학생은 모두 몇 명인지 어림해 보세요.
  - 52는 50과 60 사이의 수 중 50에 가까운 수이므로 52를 50으로 바꾸어 계산하면 50×3=150입니다. 따라서 참여한 학생은 약 150명입니다.
- 50×3에서 십 모형은 몇 개인가요?
  - 15개입니다.
- 2×3에서 일 모형은 몇 개인가요?
  - 6개입니다.
- 수 모형으로 52×3을 계산한 결과는 얼마인가요?
  - 150+6=156입니다.
- 참여한 학생은 모두 몇 명인지 말해 보세요.
  - 156명입니다.
- 어림한 결과와 비교해 보세요.
  - 어림한 결과는 150이고, 계산한 결과는 156이므로 6만큼 차이가 납니다. 어림한 결과와 계산한 결과가 비슷합니다.

지도 및 평가의 주안점

어림한 결과와 계산한 결과를 비교하는 과정에서 의사소통 능력을 기르게 한다.

활동 2 52×3을 계산하는 방법을 알아봅시다.

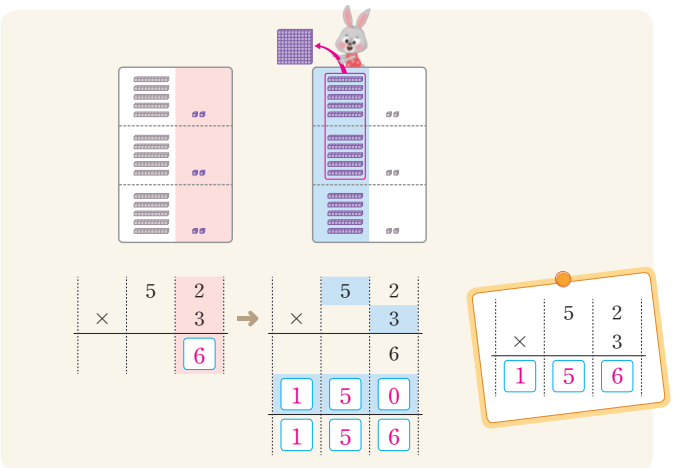

- 52×3을 계산하는 방법을 말해 보세요.
  예 2에 3을 곱한 6, 50에 3을 곱한 150을 더해서 6+150=156과 같이 계산합니다.

활동 3 계산해 봅시다.

	4	1
×		3
1	2	3

31×8=248

	7	2
×		4
2	8	8

54×2=108

	6	4
×		2
1	2	8

82×2=164

89

4 이 수업의 핵심 포인트

이 차시에서는 십의 자리에서 올림이 있는 (몇십몇)×(몇)을 수 모형으로 조작해 보며 (몇십몇)×(몇)의 계산 원리와 형식을 자연스럽게 이해하고, 세로 셈으로 형식화하여 능숙하게 계산하는 것을 학습한다.

1 》 드론 날리기 체험에 참여한 학생은 모두 몇 명인지 구하는 방법을 곱셈으로 나타내고 이것을 수 모형을 사용하여 계산하는 방법을 알아보는 과정에서 구체적 조작을 통해 문제를 해결하는 문제 해결 능력을 기를 수 있게 한다.

2 》 52×3의 계산 방법을 친구들과 이야기하는 과정에서 의사소통 능력을 기르고, 다른 친구의 의견을 존중하고 경청하는 태도로 참여하게 한다.

2 52×3을 계산하는 방법 알아보기 추론 의사소통

- 수 모형에 세로 셈을 적용하여 52×3을 계산하려고 합니다. 2에 3을 곱하면 얼마인가요?
  – 6입니다.
- 50에 3을 곱하면 얼마인가요?
  – 150입니다.
- 52×3은 얼마인가요?
  – 156입니다.
- 52×3을 계산하는 방법을 말해 보세요.
  – 2에 3을 곱한 6, 50에 3을 곱한 150을 더해서 6+150=156과 같이 계산합니다.
  – 2에 3을 곱한 6을 일의 자리에, 50에 3을 곱한 150의 1을 백의 자리에, 5를 십의 자리에 씁니다.

3 십의 자리에서 올림이 있는 (몇십몇)×(몇) 계산하기

- 계산해 보세요.

4 1	7 2	6 4
× 3	× 4	× 2
1 2 3	2 8 8	1 2 8
3 1	5 4	8 2
× 8	× 2	× 2
2 4 8	1 0 8	1 6 4

정리

- 이번 시간에 알게 된 내용을 이야기해 보세요.
- 다음 시간에는 일의 자리에서 올림이 있는 (몇십몇)×(몇)에 대해 알아보겠습니다.

전자책등 자료 목록

- 본문 피디에프(PDF)
- 도입 영상
- 기초 학습지
- 형성 평가
- 체크리스트
- 자기 평가

온라인 수업 이렇게 진행해요

도입
- 드론을 보거나 조작해 보았던 경험 이야기하기
  - [전자책등]의 도입 영상 시청하기
  - 드론을 보거나 조작해 보았던 경험을 떠올려 보고 온라인 모둠 방을 만들어 경험 공유하기
  - **생각 깨우기**의 문제 읽어 보기

전개
- 십의 자리에서 올림이 있는 (몇십몇)×(몇)을 계산하는 방법 알아보기
  - [똑똑! 수학탐험대]의 교구 수 모형으로 설명하기
  - [전자책등]을 보며 수 모형으로 52×3을 계산하는 방법 알아보기
- 십의 자리에서 올림이 있는 (몇십몇)×(몇)의 계산 원리와 형식 이해하고 계산하기
  - [전자책등]을 보며 세로 셈으로 52×3을 계산하는 방법 알고 모둠 방에서 친구들에게 계산 방법 이야기하기
  - 활동 3을 계산하고 전체 방에서 확인하기

정리
- 이 차시에서 배운 내용 확인하기
  - [형성 평가] 풀어 보기

전자책등 활용

이런 활동을 할 수 있어요

위, 아래 놀이

1. 교사가 칠판에 십의 자리에서 올림이 있는 미완성의 곱셈식을 적는다. 이때 □ 안에 들어갈 수는 종이에 미리 적고 안 보이게 접어 놓는다.
   예 칠판: 21×□=□ / 종이: 21×7=147
2. 학생들은 곱셈의 계산 결과를 예상해서 발표한다.
3. 교사는 학생들이 말하는 수가 실제 계산 결과보다 크면 "아래", 말하는 수가 실제 계산 결과보다 작으면 "위"라고 외친다.
4. ②, ③을 반복하여 계산 결과의 범위가 좁혀지면 학생들은 □ 안에 들어갈 수를 맞힌다.
5. 맞힌 학생이 있으면 다른 곱셈식을 같은 방식으로 제시하여 활동을 반복한다.

과정 중심 평가

활동 1

학생 예상 반응	지도 예시
활동에 어려움이 없는 경우	이해한 내용을 친구들에게 설명하게 한다.
어림을 하는 데 어려움이 있는 경우	몇십몇을 몇십으로 바꾸어 어림해 보게 한다.
계산 원리를 이해하는 데 어려움이 있는 경우	수 모형을 직접 조작하는 과정을 통해 곱셈의 원리를 생각하게 한다.

활동 2

학생 예상 반응	지도 예시
활동에 어려움이 없는 경우	친구들의 의견을 들으며 다른 계산 방법을 생각해 보게 한다.
계산 방법을 말하는 데 어려움이 있는 경우	(몇)×(몇), (몇십)×(몇)의 계산 과정을 차례로 적고, 적은 과정대로 말로 표현해 보도록 지도한다.
올림이 있는 계산 원리를 이해하는 데 어려움이 있는 경우	올림하는 과정을 수 모형을 통해 확인하게 한다.

활동 3

학생 예상 반응	지도 예시
활동에 어려움이 없는 경우	주어진 문제에 알맞은 상황을 생각해서 말해 보게 한다.
계산 과정에 실수가 있는 경우	문제를 해결할 때 계산 과정을 쓰는 습관을 기르고 자신이 어떤 부분에서 실수하는지 찾아보게 한다.
계산을 하는 데 어려움이 있는 경우	활동 1, 2로 돌아가서 계산 원리부터 다시 익히도록 지도한다.

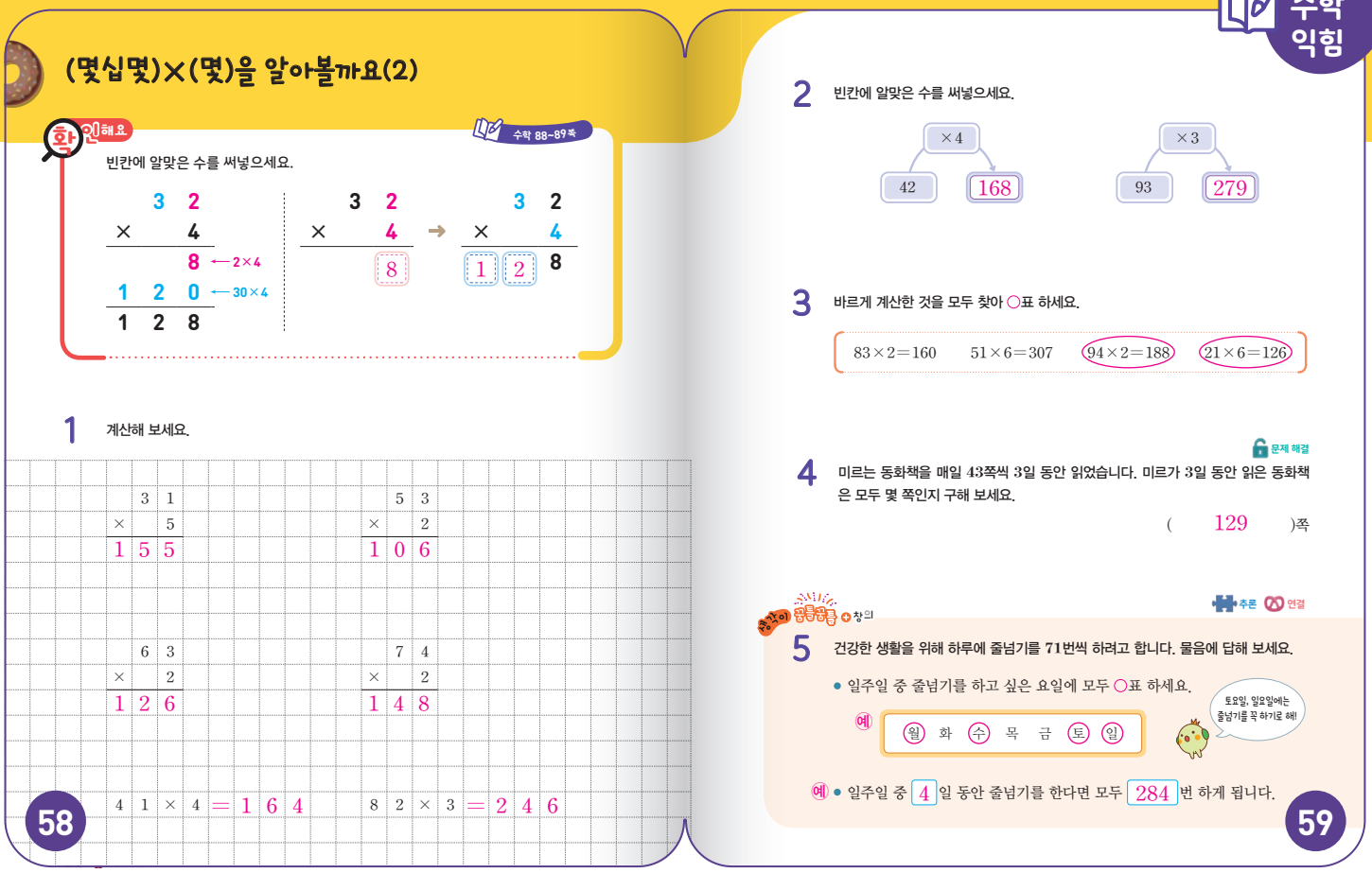

(몇십몇)×(몇)을 알아볼까요(2)

화인해요 수학 88~89쪽

빈칸에 알맞은 수를 써넣으세요.

	3	2	
×		4	
		8	←2×4
1	2	0	←30×4
1	2	8	

	3	2			3	2
×		4	→	×		4
		8		1	2	8

1 계산해 보세요.

	3	1
×		5
1	5	5

	5	3
×		2
1	0	6

	6	3
×		2
1	2	6

	7	4
×		2
1	4	8

41×4=164　　82×3=246

58

수학 익힘

2 빈칸에 알맞은 수를 써넣으세요.

×4: 42 → 168

×3: 93 → 279

3 바르게 계산한 것을 모두 찾아 ○표 하세요.

83×2=160　51×6=307　94×2=188　21×6=126

문제 해결

4 미르는 동화책을 매일 43쪽씩 3일 동안 읽었습니다. 미르가 3일 동안 읽은 동화책은 모두 몇 쪽인지 구해 보세요.

(129)쪽

추론 연결

생각이 몽글몽글 창의

5 건강한 생활을 위해 하루에 줄넘기를 71번씩 하려고 합니다. 물음에 답해 보세요.

● 일주일 중 줄넘기를 하고 싶은 요일에 모두 ○표 하세요.

예 (월) 화 (수) 목 금 (토) (일)

토요일, 일요일에는 줄넘기를 꼭 하기로 해!

예 ● 일주일 중 4일 동안 줄넘기를 한다면 모두 284번 하게 됩니다.

59

문항 분석

	평가 내용
1	십의 자리에서 올림이 있는 (몇십몇)×(몇) 계산하기
2	십의 자리에서 올림이 있는 (몇십몇)×(몇) 계산하기
3	십의 자리에서 올림이 있는 (몇십몇)×(몇)을 바르게 계산한 것 찾기
4	십의 자리에서 올림이 있는 (몇십몇)×(몇)을 이용하여 실생활 문제 해결하기
5	십의 자리에서 올림이 있는 (몇십몇)×(몇)을 이용하여 창의 문제 해결하기

교과 역량

4 문제 해결

십의 자리에서 올림이 있는 (몇십몇)×(몇)을 이용하여 실생활 문제를 해결하는 과정에서 문제 해결 능력을 기른다.

학생 예상 반응	지도 예시
문제를 해결하는 데 어려움이 없는 경우	동화책의 쪽수가 42쪽 또는 52쪽일 때 미르가 3일 동안 읽은 동화책은 모두 몇 쪽인지 구해 보게 한다.
알맞은 곱셈을 만들었으나 계산 과정에 실수가 있는 경우	계산 과정을 기록하게 하고 올림이 있는 경우 올림한 것을 반드시 적는 습관을 기르게 한다.
문제 해결에 필요한 곱셈을 만드는 데 어려움이 있는 경우	문제에서 구해야 하는 것, 제시된 조건을 찾고 문제 해결을 위한 곱셈을 함께 만들어 보게 한다.

5 추론 연결

줄넘기를 하고 싶은 요일을 스스로 정하고, 십의 자리에서 올림이 있는 (몇십몇)×(몇)을 계산하여 결과를 구하는 과정에서 추론 능력과 연결 능력을 기른다.

학생 예상 반응	지도 예시
문제를 해결하는 데 어려움이 없는 경우	줄넘기를 하려는 요일을 바꾸어 문제를 해결해 보게 한다.
정한 요일에 맞게 문제를 해결하는 데 어려움이 있는 경우	내가 정한 요일이 며칠인지 세어 곱셈을 만들고 세로 셈으로 계산해 보게 한다.

학습 목표

- 일의 자리에서 올림이 있는 (몇십몇)×(몇)의 계산 원리와 형식을 이해하고 계산할 수 있다.

수업의 흐름

도입
- 지난 시간에 배운 내용 떠올리기

전개
- 일의 자리에서 올림이 있는 (몇십몇)×(몇)의 계산 원리와 형식을 이해하고 계산하기
- (몇십몇)×(몇)을 이용하여 실생활 문제 해결하기

정리
- 이 차시에서 배운 내용 확인하기

준비할 도구

- 수 모형

활동 4 지우는 기념품 가게에서 한 통에 16개씩 들어 있는 자석 3통을 샀습니다. 지우가 산 자석은 모두 몇 개인지 알아봅시다.

- 구하려는 것을 곱셈으로 나타내 보세요. 16×3
- 16×3을 계산하는 방법을 알아보세요.

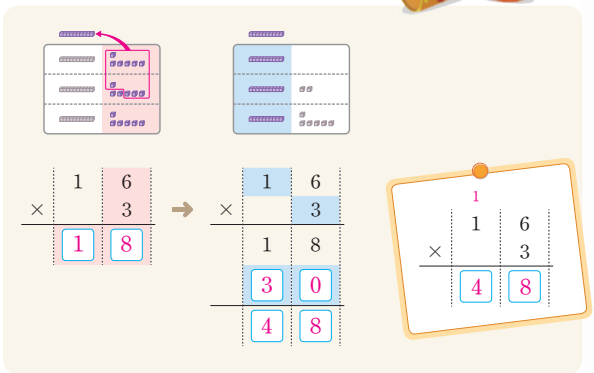

- 자석은 모두 몇 개인가요? 48개

활동 5 계산해 봅시다.

$\begin{array}{r} 17 \\ \times\ 2 \\ \hline 34 \end{array}$	$\begin{array}{r} 24 \\ \times\ 4 \\ \hline 96 \end{array}$	$\begin{array}{r} 28 \\ \times\ 3 \\ \hline 84 \end{array}$
$18\times4=72$	$39\times2=78$	$46\times2=92$

도입

- 지난 시간에 배운 내용은 무엇인가요?
  - 52×3을 계산하는 방법을 알아보았습니다.
- 이번 시간에는 무엇을 공부하게 될까요?
  - 일의 자리에서 올림이 있는 (몇십몇)×(몇)을 공부할 것 같습니다.
- 이번 시간에는 일의 자리에서 올림이 있는 (몇십몇)×(몇)에 대해 알아봅시다.

전개

4 자석은 모두 몇 개인지 알아보기 문제 해결 추론

- 구하려는 것을 곱셈으로 나타내 보세요.
  - 16×3입니다.
- 6에 3을 곱하면 얼마인가요?
  - 18입니다.
- 10에 3을 곱하면 얼마인가요?
  - 30입니다.
- 16×3은 얼마인가요?
  - 48입니다.
- 16×3을 계산하는 방법을 말해 보세요.
  - 6에 3을 곱한 18, 10에 3을 곱한 30을 더해서 $18+30=48$과 같이 계산합니다.
  - 6에 3을 곱한 18의 8을 일의 자리에, 10에 3을 곱한 30의 3에 올림한 숫자 1을 더한 4를 십의 자리에 씁니다.
- 자석은 모두 몇 개인가요?
  - 48개입니다.

5 일의 자리에서 올림이 있는 (몇십몇)×(몇) 계산하기

- 계산해 보세요.

$\begin{array}{r} {\scriptstyle 1} \\ 17 \\ \times\ 2 \\ \hline 34 \end{array}$	$\begin{array}{r} {\scriptstyle 1} \\ 24 \\ \times\ 4 \\ \hline 96 \end{array}$	$\begin{array}{r} {\scriptstyle 2} \\ 28 \\ \times\ 3 \\ \hline 84 \end{array}$
$\begin{array}{r} {\scriptstyle 3} \\ 18 \\ \times\ 4 \\ \hline 72 \end{array}$	$\begin{array}{r} {\scriptstyle 1} \\ 39 \\ \times\ 2 \\ \hline 78 \end{array}$	$\begin{array}{r} {\scriptstyle 1} \\ 46 \\ \times\ 2 \\ \hline 92 \end{array}$

아차! 조심조심

활동 6 미나가 잘못 계산한 곳을 찾아 바르게 계산해 봅시다.

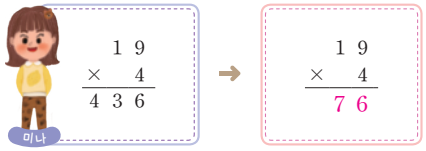

아하! 문제 해결

활동 7 작품 한 개를 만들 때마다 병뚜껑을 17개씩 사용하여 작품 5개를 만들었습니다. 사용한 병뚜껑은 모두 몇 개인지 구해 봅시다.

- 구하려는 것에 밑줄을 그어 보세요.
- 식을 세우는 데 필요한 것에 ○표 하세요.
- 알맞은 식을 세워 문제를 해결해 보세요.
  $17 \times 5 = 85$(개)
- 작품의 수를 바꾸어 새로운 문제를 만들고 해결해 보세요.



6 잘못 계산한 곳을 찾아 바르게 계산하기 추론 의사소통

- 잘못 계산한 곳을 찾아 말해 보세요.
  – 일의 자리에서 생긴 올림을 십의 자리에 더하지 않고 그대로 썼습니다.
- 바르게 계산해 보세요.

$$\begin{array}{r} {}^{3} \\ 1\ 9 \\ \times\quad 4 \\ \hline 7\ 6 \end{array}$$

7 (몇십몇)×(몇)을 이용하여 실생활 문제 해결하기 문제 해결 연결

- 구하려는 것은 무엇인가요?
  – 사용한 병뚜껑의 수입니다.
- 문제에서 알 수 있는 것은 무엇인가요?
  – 작품 한 개를 만들 때마다 17개씩 사용했습니다.
  – 작품 5개를 만들었습니다.
- 식을 세우는 데 필요한 수는 무엇인가요?
  – 17과 5입니다.

4 이 수업의 핵심 포인트

이 차시에서는 일의 자리에서 올림이 있는 (몇십몇)×(몇)을 수 모형으로 조작해 보며 (몇십몇)×(몇)의 계산 원리와 형식을 자연스럽게 이해하고, 세로 셈으로 형식화하여 능숙하게 계산하는 것을 학습한다.

7 일의 자리에서 올림이 있는 (몇십몇)×(몇)을 이용하여 문제를 해결한다. 이때 구하려는 것과 식을 세우는 데 필요한 것을 스스로 찾아보며 단계별로 문장제 문제를 해결할 수 있는 문제 해결 능력을 기른다.

지도 경험을 나누어요

곱셈의 계산을 형식화하여 계산하도록 가르쳐야 하는 이유는 무엇인가요?

곱셈은 앞으로 계속 등장하게 됩니다. 보다 큰 자리 수의 자연수의 곱셈, 그리고 분수, 소수의 곱셈을 배우게 됩니다. 이때 곱셈의 기본적인 원리를 알고 있어야 추후 새로운 단원에서의 곱셈을 해결할 수 있기 때문에 이번 단원에서 곱셈을 형식화하여 계산할 수 있는 연습이 충분히 이루어져야 합니다.

- 식을 세워 계산해 보세요.
  – $17 \times 5 = 85$
- 사용한 병뚜껑은 모두 몇 개인가요?
  – 85개입니다.
- 작품의 수를 바꾸어 새로운 문제를 만들고 해결해 보세요.
  – (작품의 수를 1~4개로 바꾸어 문제를 만들고 해결해 본다.)

지도 및 평가의 주안점

성취기준 적용 시 고려 사항인 "친근한 실생활 상황을 이용하여 자연수의 덧셈, 뺄셈, 곱셈, 나눗셈에 관련된 문제를 만들어 해결하게 한다." 및 교육과정의 교수·학습 방법에서 문제 만들기와 관련하여 "문제 해결 과정 및 결과의 의미를 재해석하여 주어진 문제를 변형하거나 새로운 문제를 만들어 해결하게 한다."를 적용하기 위한 활동이다. 문제 만들기가 생소한 학생들의 수준을 고려하여 제시된 문제를 문제 해결 과정에 따라 해결하고 반성의 단계에서 문제의 조건을 변형하여 문제 만드는 전략을 경험할 수 있도록 지도한다.

정리

- 이번 시간에 알게 된 내용을 이야기해 보세요.
- 다음 시간에는 십의 자리와 일의 자리에서 올림이 있는 (몇십몇)×(몇)에 대해 알아보겠습니다.

전자책등 자료 목록

- 본문 피디에프(PDF)
- 기초 학습지
- 형성 평가
- 체크리스트
- 자기 평가

온라인 수업 이렇게 진행해요

도입
- 지난 시간에 배운 내용 떠올리기
  - 지난 시간에 배운 내용 이야기하기
  - 이번 시간에 배울 내용 생각해 보기

전개
- 일의 자리에서 올림이 있는 (몇십몇)×(몇)을 계산하는 방법 알아보기
  - [똑똑! 수학탐험대]의 교구 수 모형으로 설명하기
  - [전자책등]을 보며 수 모형으로 16×3을 계산하는 방법 알아보기
- 일의 자리에서 올림이 있는 (몇십몇)×(몇)의 계산 원리와 형식 이해하고 계산하기
  - [전자책등]을 보며 세로 셈으로 16×3을 계산하는 방법을 알고 모둠 방에서 친구들에게 계산 방법 이야기하기
  - 활동 5를 계산하고 전체 방에서 확인하기
  - 활동 6, 7의 해결 방법을 모둠 방에서 이야기하기

정리
- 이 차시에서 배운 내용 확인하기
  - [형성 평가] 풀어 보기

전자책등 활용

이런 활동을 할 수 있어요

제시어를 활용하여 곱셈 문제 만들기

1. 교사가 주제어와 두 자리 수, 한 자리 수를 각각 학생들에게 제시한다.
   (예 상점, 25, 3)
2. 학생들은 교사가 제시한 주제어와 수를 이용하여 곱셈 문제를 만들고 계산한다.
3. 만든 문제와 계산 결과를 이야기한다.

지도 및 평가의 주안점

십의 자리 또는 일의 자리에서 올림이 있는 곱셈을 만들 수 있는 수를 제시하도록 한다.

보충·심화 자료

- **보충 자료** | 계산 결과가 가장 큰 것을 찾아 ○표 하기

(15×4)	18×3	26×2

과정 중심 평가

활동 4

학생 예상 반응	지도 예시
활동에 어려움이 없는 경우	자신이 해결한 방법을 친구들에게 설명하게 한다.
곱셈으로 나타냈으나 계산 과정에 실수가 있는 경우	올림이 있는 부분을 꼭 기록하고 확인하며 문제를 풀도록 하여 계산 실수를 줄일 수 있게 한다.
올림이 있는 계산 원리를 이해하는 데 어려움이 있는 경우	올림하는 과정을 수 모형을 통해 확인하게 한다.

활동 5

학생 예상 반응	지도 예시
활동에 어려움이 없는 경우	자신이 해결한 방법을 친구들에게 설명하게 한다.
계산 과정에 실수가 있는 경우	문제를 해결할 때 계산 과정을 쓰는 습관을 기르고 자신이 어떤 부분에서 실수하는지 찾아보게 한다.
계산을 하는 데 어려움이 있는 경우	수 모형을 이용해 곱셈의 원리와 올림에 대해 다시 설명한다.

활동 6

학생 예상 반응	지도 예시
활동에 어려움이 없는 경우	다른 오류 유형의 문제를 제시하고 계산이 잘못된 곳을 찾아 바르게 고쳐 계산해 보게 한다.
잘못 계산한 곳을 찾았으나 바르게 계산하지 못하는 경우	계산하는 방법을 다시 확인하고 풀이 과정을 기록하며 잘못 계산한 부분을 바르게 고치게 한다.
잘못 계산한 곳을 찾지 못하는 경우	자릿값의 개념을 다시 알아보고 풀이 과정을 자릿값에 맞게 적으며 해결해 보게 한다.

활동 7

학생 예상 반응	지도 예시
활동에 어려움이 없는 경우	실생활과 관련된 다른 문장제 문제를 제시하고 해결하게 한다.
알맞은 식을 세웠으나 계산을 하는 데 어려움이 있는 경우	(몇)×(몇), (몇십)×(몇)을 순서대로 계산하고 세로 셈으로 기록하며 문제를 해결하게 한다.
문제를 이해하고 알맞은 식을 세우는 데 어려움이 있는 경우	문제를 다시 읽고 구하려는 것과 식을 세우는 데 필요한 것을 찾아 표시하며 문제를 이해하게 한 다음 알맞은 식을 세워 보게 한다.

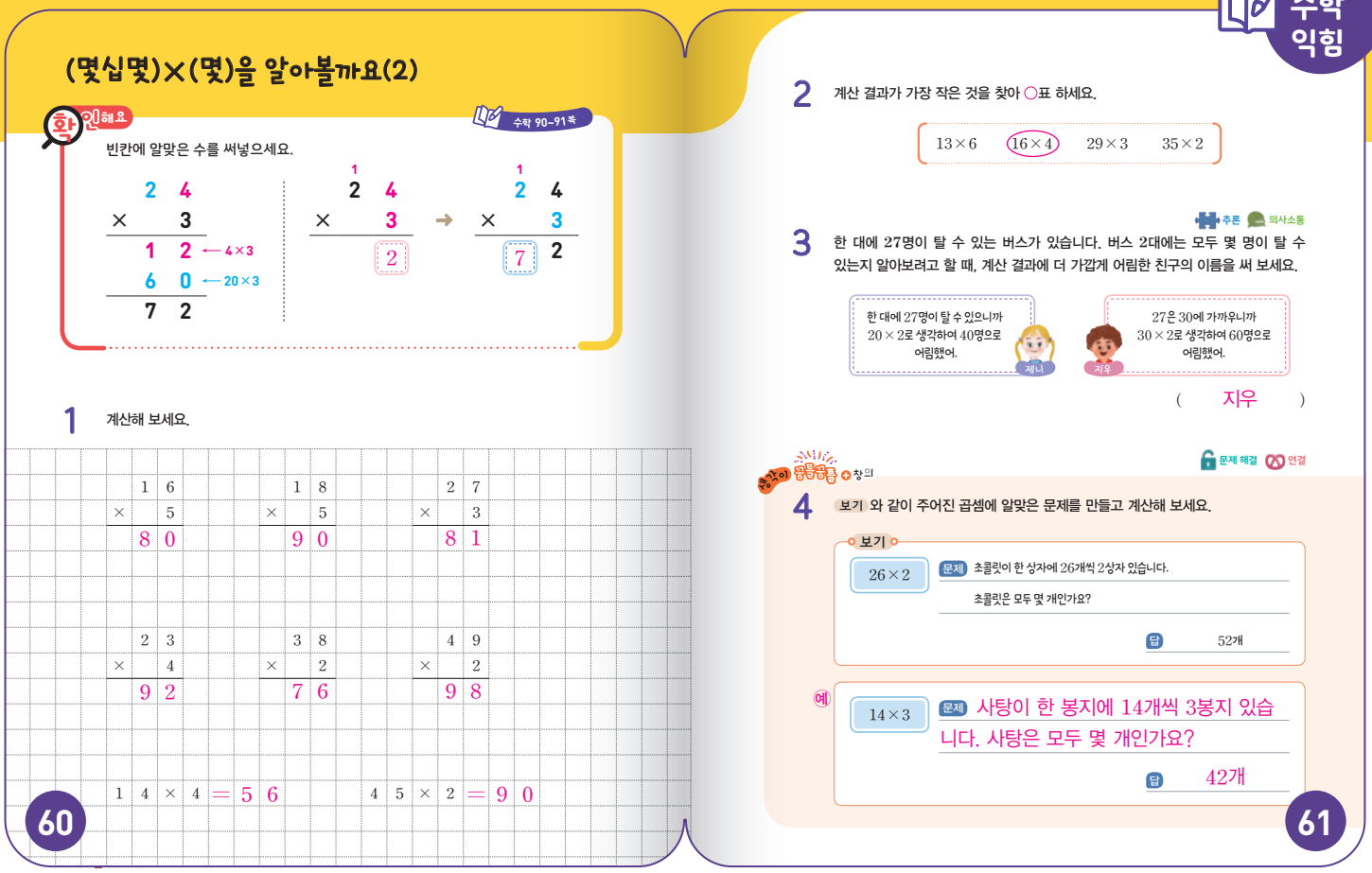

(몇십몇)×(몇)을 알아볼까요(2)

확인해요 수학 90~91쪽

빈칸에 알맞은 수를 써넣으세요.

$$\begin{array}{r} 24 \\ \times\ \ 3 \\ \hline 12 \\ 60 \\ \hline 72 \end{array} \begin{array}{l} \\ \\ \leftarrow 4\times3 \\ \leftarrow 20\times3 \\ \\ \end{array} \qquad \begin{array}{r} {}^{1}24 \\ \times\ \ 3 \\ \hline \boxed{2} \end{array} \rightarrow \begin{array}{r} {}^{1}24 \\ \times\ \ 3 \\ \hline \boxed{7}2 \end{array}$$

1 계산해 보세요.

$$\begin{array}{r} 16 \\ \times\ \ 5 \\ \hline 80 \end{array} \qquad \begin{array}{r} 18 \\ \times\ \ 5 \\ \hline 90 \end{array} \qquad \begin{array}{r} 27 \\ \times\ \ 3 \\ \hline 81 \end{array}$$

$$\begin{array}{r} 23 \\ \times\ \ 4 \\ \hline 92 \end{array} \qquad \begin{array}{r} 38 \\ \times\ \ 2 \\ \hline 76 \end{array} \qquad \begin{array}{r} 49 \\ \times\ \ 2 \\ \hline 98 \end{array}$$

14×4=56 45×2=90

60

2 계산 결과가 가장 작은 것을 찾아 ○표 하세요.

13×6 (16×4) 29×3 35×2

추론 의사소통

3 한 대에 27명이 탈 수 있는 버스가 있습니다. 버스 2대에는 모두 몇 명이 탈 수 있는지 알아보려고 할 때, 계산 결과에 더 가깝게 어림한 친구의 이름을 써 보세요.

제니: 한 대에 27명이 탈 수 있으니까 20×2로 생각하여 40명으로 어림했어.

지우: 27은 30에 가까우니까 30×2로 생각하여 60명으로 어림했어.

(지우)

창의 문제 해결 연결

4 보기 와 같이 주어진 곱셈에 알맞은 문제를 만들고 계산해 보세요.

보기

26×2 문제 초콜릿이 한 상자에 26개씩 2상자 있습니다. 초콜릿은 모두 몇 개인가요? 답 52개

예 14×3 문제 사탕이 한 봉지에 14개씩 3봉지 있습니다. 사탕은 모두 몇 개인가요? 답 42개

61

문항 분석

	평가 내용
1	일의 자리에서 올림이 있는 (몇십몇)×(몇) 계산하기
2	일의 자리에서 올림이 있는 (몇십몇)×(몇)의 계산 결과 비교하기
3	계산 결과에 더 가깝게 어림한 경우 찾기
4	일의 자리에서 올림이 있는 (몇십몇)×(몇)을 이용한 문제 만들고 계산하기

교과 역량

3 추론 의사소통

제니와 지우의 대화를 읽고, 실제 계산에 더 가깝게 어림한 친구를 찾는 과정에서 추론 능력과 의사소통 능력을 기른다.

학생 예상 반응	지도 예시
문제를 해결하는 데 어려움이 없는 경우	문제를 해결한 방법을 친구들에게 설명해 보게 한다.
어림을 하는 데 어려움이 있는 경우	수직선 위에 27을 표시하여 20과 30 중 어디에 더 가까운지 확인할 수 있게 한다.

4 문제 해결 연결

주어진 곱셈식에 적합한 상황을 생각하여 문제를 만들고 해결하는 과정에서 문제 해결 능력과 연결 능력을 기른다.

학생 예상 반응	지도 예시
주어진 곱셈에 알맞은 문제를 만들고 바르게 계산한 경우	곱셈에 알맞은 다른 상황의 문제를 만들어 보게 한다.
주어진 곱셈에 알맞은 문제를 만들었으나 계산이 틀린 경우	곱셈을 세로 셈으로 바꾸어 풀게 하고, 풀이 과정을 자세히 기록하며 해결하게 한다.
곱셈에 알맞은 문제를 만드는 데 어려움이 있는 경우	보기 에 제시된 상황에서 초콜릿의 수와 상자의 수를 14와 3으로 바꿔서 생각해 보게 한다.