13 차시 / 13

됐다! 마무리

성취기준	관련 문항
[4수01-09] 양의 등분할을 통하여 분수의 필요성을 인식하고, 분수를 이해하고 읽고 쓸 수 있다.	1, 2
[4수01-10] 단위분수, 진분수, 가분수, 대분수를 알고 그 관계를 이해한다.	2, 4
[4수01-11] 분모가 같은 분수끼리, 단위분수끼리 크기를 비교하고 그 방법을 설명할 수 있다.	3, 5
[4수01-12] 분모가 10인 진분수와 연결하여 소수 한 자리 수를 이해하고 읽고 쓸 수 있다.	4
[4수01-14] 소수의 크기를 비교하고 그 방법을 설명할 수 있다.	3, 6

평가 내용 및 교과 역량	
1	똑같이 나누어진 도형 찾기
2	부분은 전체의 얼마인지 분수로 나타내기
3	분수의 크기와 소수의 크기 비교하기
4	분수와 소수의 관계 이해하기
5	분모가 같은 분수의 크기 비교하기 문제 해결 추론 연결
6	자연수와 소수로 이루어진 소수의 크기 비교하기 문제 해결 추론

됐다! 마무리

수학익힘 98~99쪽

1 똑같이 나누어진 도형을 모두 찾아 ○표 하세요.

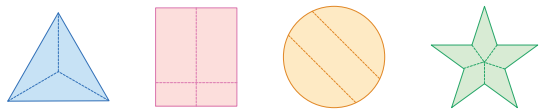

(○) ( ) ( ) (○)

2 색칠한 부분과 색칠하지 않은 부분은 전체의 얼마인지 분수로 나타내 보세요.

색칠한 부분 $\frac{3}{8}$ 색칠하지 않은 부분 $\frac{5}{8}$

색칠한 부분 $\frac{5}{9}$ 색칠하지 않은 부분 $\frac{4}{9}$

3 수의 크기를 비교하여 ○ 안에 >, =, < 중 알맞은 것을 써넣으세요.

$\frac{1}{5}$ > $\frac{1}{8}$ $\frac{4}{9}$ < $\frac{5}{9}$

0.3 < 0.7 4.5 > 2.9

152

1 성취기준 [4수01-09]

[평가 목표] 똑같이 나누어진 도형을 찾을 수 있다.

[평가 방법] 지필

[채점 시 유의 사항] 똑같이 나누어진 것의 의미를 알고 있는지 확인한다.

[오답 유형 및 지도 사항]

- 똑같이 나누어진 도형을 찾지 못하는 경우
  투명종이를 이용하여 도형을 똑같이 그려 보게 한 다음 도형의 나누어진 조각을 잘라 포개 보며 조각들의 모양과 크기가 같다는 것을 확인하게 한다.

2 성취기준 [4수01-09], [4수01-10]

[평가 목표] 색칠한 부분과 색칠하지 않은 부분을 분수로 나타낼 수 있다.

[평가 방법] 지필

[오답 유형 및 지도 사항]

- 분수를 정확하게 쓰지 못하는 경우
  분모는 전체를 똑같이 나눈 수, 분자는 색칠한 부분의 수를 의미한다는 것을 지도한다.

3 성취기준 [4수01-11], [4수01-14]

[평가 목표] 단위분수끼리, 분모가 같은 분수끼리 크기를 비교할 수 있고, 소수의 크기를 비교할 수 있다.

[평가 방법] 지필

[오답 유형 및 지도 사항]

- 분수의 크기를 비교하는 데 어려움이 있는 경우
  단위분수는 분모가 작을수록, 분모가 같은 분수는 분자가 클수록 크다는 것을 지도한다.
- 소수의 크기를 비교하는 데 어려움이 있는 경우
  소수는 0.1의 개수가 많을수록 크다는 것을 지도한다.

4 관계있는 것끼리 선으로 이어 보세요.

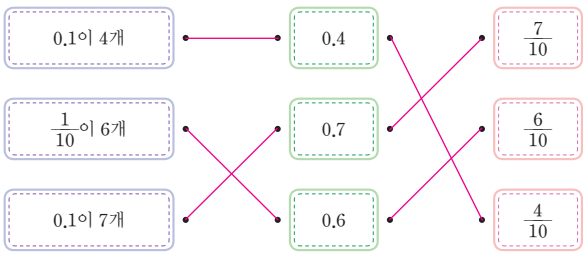

수학 미술

문제 해결 추론 연결

5 미술 시간에 서진이는 수수깡 한 개의 $\frac{7}{9}$만큼, 미나는 수수깡 한 개의 $\frac{5}{9}$만큼 사용하여 만들기를 했습니다. 수수깡을 더 많이 사용한 친구의 이름을 써 보세요.

(서진)

문제 해결 추론

6 □ 안에 들어갈 수 있는 수를 모두 찾아 ○표 하세요.

7.□ < 7.3

됐다! 스스로 마무리

바나나우유를 만들려고 합니다. 준비된 재료만큼 색칠하고, 색칠한 부분은 분수로 나타내 보세요.



배운 내용을 되돌아보고, 스스로 평가해 보세요. 준비물 19

스스로 평가한 내용을 바탕으로 수학 일기를 써 봐.

4 성취기준 [4수01-10], [4수01-12]

[평가 목표] 분수와 소수의 관계를 알 수 있다.

[평가 방법] 지필

[오답 유형 및 지도 사항]

- 나타내는 수가 같은 것을 찾는 데 어려움이 있는 경우

  분수와 소수의 관계를 생각하게 하고, 분수는 $\frac{1}{10}$이 몇 개인 수이고, 소수는 0.1이 몇 개인 수인지 알아보는 활동을 반복해서 하게 한다.

5 성취기준 [4수01-11]

[평가 목표] 분모가 같은 분수의 크기를 비교할 수 있다.

[평가 방법] 지필

[채점 시 유의 사항] 분수가 아닌 친구의 이름을 적은 경우에만 정답으로 인정한다.

[오답 유형 및 지도 사항]

- 더 큰 분수를 찾지 못하는 경우

  전체를 똑같이 9로 나눈 도형에 각각 7만큼, 5만큼 색칠하게 하여 $\frac{7}{9}$, $\frac{5}{9}$는 $\frac{1}{9}$이 각각 몇 개인지 말해 보게 한다.

됐다! 스스로 마무리

이 단원에서 배운 분수와 소수를 이용해서 도형을 색칠하고 알맞은 분수를 구하는 활동이다. 실생활에서 사용되는 분수와 소수를 알맞게 색칠하고 구할 수 있는지 확인한다.

단원이 끝날 때마다 작성한 수학 일기는 그 자체만으로도 하나의 포트폴리오가 될 수 있고, 이는 수학 교과 역량의 발달을 종합적으로 평가할 때 활용할 수도 있다.

6 성취기준 [4수01-14]

[평가 목표] 자연수와 소수로 이루어진 소수의 크기를 비교할 수 있다.

[평가 방법] 지필

[오답 유형 및 지도 사항]

- □ 안에 들어갈 수 있는 수를 찾지 못하는 경우

  □ 안에 1부터 5까지의 수를 넣었을 때 각각의 수는 0.1이 몇 개인지 알아보고 부등호가 맞는지 확인하게 한다.

전자책등 자료 목록

- 본문 피디에프(PDF)
- 단원 평가(기본/보충/심화)
- 서술형 평가
- 체크리스트
- 자기 평가